國小數學 4 上 期中考卷(A) 第一單元～第五單元

四年____班____號 姓名：_____

① 填填看。(每個答案 2 分，共 28 分)

1. 2 個十萬和 6 個千合起來是(　　)。
2. 用阿拉伯數字寫出「五千零六萬零八十一」

   → 個位 ☐☐☐☐☐☐☐☐
3. 6418905 中的 4 表示多少？(　　)，
   8 表示多少？(　　)
4. 小於 90° 的角，稱為(　　)角；
   大於 90° 且小於 180° 的角，稱為(　　)角。
5. 一個平角是(　　)度；一個周角是(　　)度。
6. 8 公里＝(　　)公尺＝(　　)公分
7. 17000 公尺＝(　　)公里
8. 2 公里 60 公尺＝(　　)公尺
9. 50490 公尺＝(　　)公里(　　)公尺

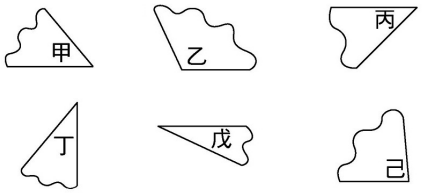
② 比比看，在□裡填入＞、＜或＝。

(每題 1 分，共 5 分)

1. 4325000 □ 2345000
2. 9999000 □ 88888000
3. 18001500 □ 一千零八十萬五千一百
4. 100000000 □ 一億
5. 4 公里 3 公尺 □ 4030 公尺

③ 先量一量角度，再回答問題。

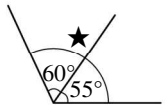
(每格 1 分，共 10 分)

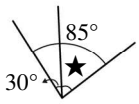


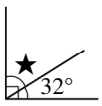
1. 量一量，上圖中的角各是幾度？
   甲角是(　　)度，乙角是(　　)度，
   丙角是(　　)度，丁角是(　　)度，
   戊角是(　　)度，己角是(　　)度。
2. 可以和甲角拼成一個平角的角是
   (　　)角和(　　)角。
3. 可以和乙角拼成一個平角的角是
   (　　)角和(　　)角。

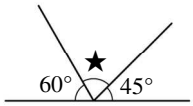
④ 算算看，圖中的★角各是幾度？

(每題 2 分，共 8 分)


1. 

2. 


3. 

4. 

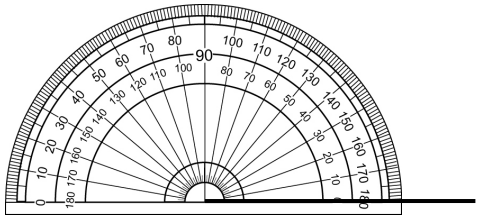
⑤ 看圖回答問題。(每格 1 分，共 5 分)

1. 

   (　　)時針方向旋轉，
   轉了(　　)度。

2. 

   (　　)時針方向旋轉，
   轉了(　　)度。

3. 

   將吸管的一端放在量角器的中心點，邊對齊內圈的 0 度，先往逆時針方向旋轉 122 度，再往順時針方向旋轉 57 度，吸管會指在內圈多少度？(　　)度

⑥寫成直式算算看。(每題 2 分，共 20 分)

1. 285×36＝(　　)

2. 3072×8＝(　　)

3. 49×56＝(　　)

4. 7776÷27
　＝(　　)…(　　)

5. 78÷15
　＝(　　)…(　　)

6. 560÷32
　＝(　　)…(　　)

7. 83042＋46570
　＝(　　)

8. 35萬－26萬
　＝(　　)

9. 3 公里 705 公尺＋2 公里 128 公尺
　＝(　　)公里(　　)公尺

10. 8 公里 510 公尺－4 公里 370 公尺
　＝(　　)公里(　　)公尺

⑦把做法和答案記下來。(每題 4 分，共 24 分)

1. 大飯店有 18 層樓，每層樓有 704 坪，大飯店總共有多少坪？(坪：面積單位)

2. 一箱李子有 873 個，每 15 個裝成一袋，可以裝滿幾袋？還剩下幾個李子？

3. 姐姐每個月可以存 1345 元，一年(12 個月)共可存多少元？

4. 一個周長 1980 公分的等邊三角形公園，它的邊長是幾公分？

5. 媽媽搭捷運上班，一天來回要 48 元，這個月工作日有 21 天，共要多少元？

6. 旺旺美食上個月的營業額是 32 萬 4000 元，這個月是 27 萬 5500 元，這兩個月的營業額相差多少元？